而紧螺栓在之前已经有预紧力了；

松螺栓连接：装配时不需要将螺母拧紧，在承受工作载荷前，除有关零件的自重外，连接并不受力：

紧螺栓连接：装配时需要拧紧，在工作状态下可能还需其补充拧紧，这使螺栓除受轴向拉力外，还受到螺纹力矩引起的扭切应力。

4.带传动中，由于皮带的弹性引起的带与带轮之间的相对滑动，叫做弹性滑动。 弹性滑动是皮带的固有性质，不可避免。弹性滑动的负面影响，包括造成传动比不准确，传动效率较低、使带温升高、加速带的磨损等。

5.验算 P：防止过度磨损；验算 PV：防止胶合。

三、O：传动轴；

I:转轴：

II：心轴；

III：转轴；

IV：转轴；

V：心轴；

四. 解：G和H之一处的移动副为虚约束，B处铰链为复合铰链，D处滚子为局部自由度。

活动构件 $n=6$，低副 $P_L=8$，高副 $P_H=1$。

自由度 $F=3n-2P_L-P_H=3\times6-2\times8-1=1=$原动件数目，故该机构具有确定运动。


思路梳理：先找出机构的虚约束，复合铰链和局部自由度，再找出机构的活动构件，低副和高副数目，代入到 $F=3n-2P_L-P_H$ 中，求出机构自由度，若机构自由度 = 原动件数目，则具有确定运动，否则不具有确定运动。消去虚约束当与之活动构件和低副不能数。

多行详细介绍及更新通知见公众号:老魏机械

各齿轮转动方向如图所示。

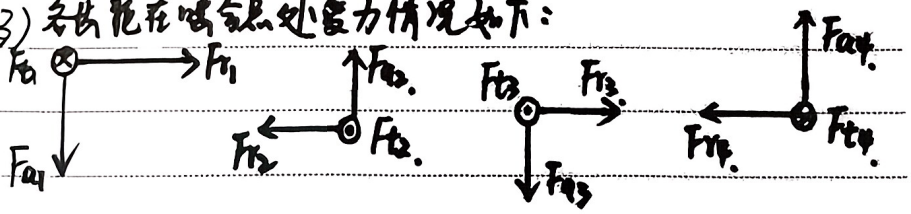
公众号：老魏机械 抖音：老魏机械企业应
咨询课程：威信 laoweijixie123; laoweijixie 企鹅：(099019925

五. 解：(1)



(2) 由已知齿轮1为左旋，则可判断出齿轮2和3为右旋，4为旋。

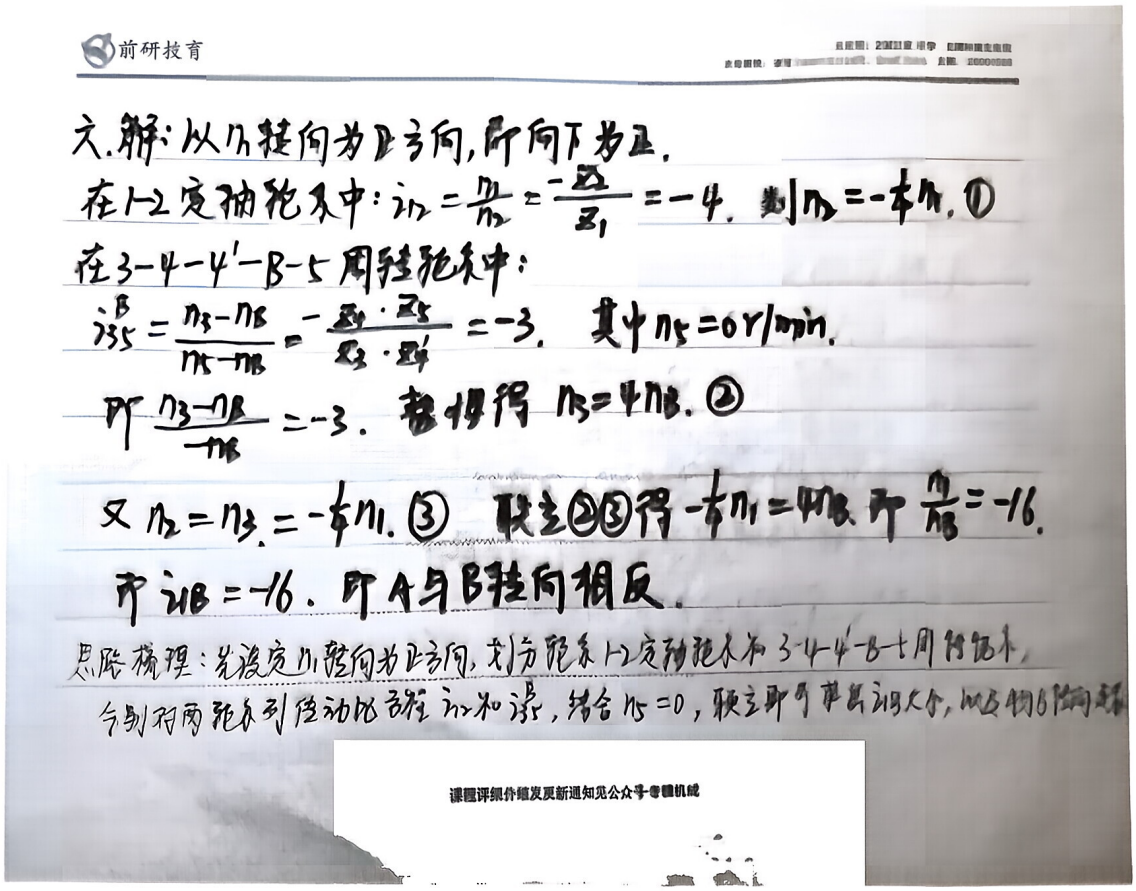
(3) 各齿轮在啮合点处受力情况如下：



思路总结：先根据已知的齿轮1旋向来判断齿轮2，3，4的旋向，外啮合齿轮旋向相反，遇见惰齿轮1影响两边为左旋，可判断2为右旋，一根轴上齿轮3为右旋，4为左旋，外啮合齿轮旋向相反，一根轴上旋向相同，根据左右手定则判断齿轮1和3与轴间力，由主反从同原则判断圆周力，径向力指向轮心。

课程详细介绍及更新通知见公众号:老魏机械

该资料为适用26考情已大量更新，每届内容都有



七.

解:假设各螺栓所需预紧力均为F_0.

由平衡条件:$fF_0iz\geq CF$,得$F_0\geq\dfrac{CF}{fiz}$ ①

由螺栓危险截面强度条件:$\dfrac{1.3F_0}{\dfrac{1}{4}\pi d_1^2}\leq[\sigma]$

即$F_0\leq\dfrac{\pi d_1^2[\sigma]}{4\times1.3}$ ②

由①②得$\dfrac{CF}{fiz}\leq F_0\leq\dfrac{\pi d_1^2[\sigma]}{4\times1.3}$

故 $F\leqslant\dfrac{\pi d_1^2[\sigma]fiz}{4\times1.3\times c}=\dfrac{\pi\times17.294^2\times160\times0.2\times2\times2}{4\times1.3\times1.2}=19273.75\text{N}$.

解题思路:判断螺栓连接类型,由平衡条件得到预紧力的一个范围,再由强度条件

得到另一个关于 F_0 的不等式,联立两不等式,代入数值即可求解所允许传递的静载荷 F

